Практика | Задания №3, №10

Уровень: "Важный"

Задание №1

В файле приведен фрагмент базы данных «Хозтовары» о поставках товаров для ухода, уборки и дома. База данных состоит из трёх таблиц. Таблица «Движение товаров» содержит записи о поставках товаров в магазины в течение сентября 2021 г., а также информацию о проданных товарах. Поле Тип операции содержит значение Поступление или Продажа, а в соответствующее поле Количество упаковок, шт внесена информация о том, сколько упаковок товара поступило в магазин или было продано в течение дня. Заголовок таблицы имеет следующий вид.

ID операции	Дата	ID магазина	Артикул	Количество упаковок, шт	Тип операции

Таблица «Товар» содержит информацию об основных характеристиках каждого товара. Заголовок таблицы имеет следующий вид.

Артикул	Отдел	Наименование товара	Единица измерения	Количество в упаковке	Цена за упаковку

Таблица «Магазин» содержит информацию о местонахождении магазинов. Заголовок таблицы имеет следующий вид.

ID магазина	Район	Адрес

На рисунке приведена схема указанной базы данных.

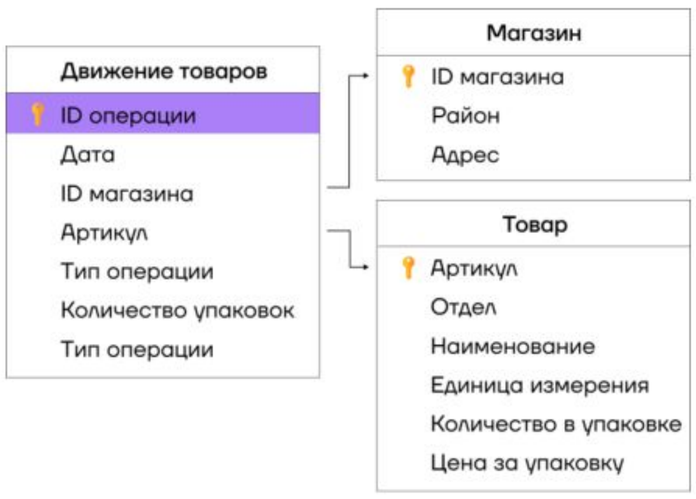

Используя информацию из приведённой базы данных, определите общий объем (в литрах) всех видов шампуня для волос, проданных магазинами, расположенными на Тургеневской улице, за период с 3 по 22 сентября включительно.
В ответе запишите целую часть числа.

Верные варианты

1501

Решение

Сообщить об ошибке

1. В листе Магазин с помощью фильтра оставим только магазины на улице Тургеневской. Их ID – M12 и M13.

	A	B	C
1	ID магазина	Район	Адрес
13	M12	Промышленный	Тургеневская, 2
14	M13	Промышленный	Тургеневская, 36

2. В листе Товар с помощью фильтра оставим только шампуни для волос. Их артикулы – 38, 39, 40.

INSANEK.RU

	A	B	C	D	E	F
1	Артикул	Отдел	Наименование товара	Ед. изм	Количество в упаковке	Цена за упаковку
39	38	Красота и здоровье	Шампунь для жирных волос	мл	300	180
40	39	Красота и здоровье	Шампунь для нормальных волос	мл	300	160
41	40	Красота и здоровье	Шампунь для сухих волос	мл	300	200

3. В листе Движение товаров настроим все фильтры: по магазинам, по дате, по типу операции и по артикулу. В отдельном месте таблицы посчитаем сумму количества упаковок.

	A	B	C	D	E	F
1	ID операции	Дата	ID магазин	Артикул	Количество упаковок, шт	Тип операции
1971	1970	07.09.2023	M12	38	292	Продажа
1972	1971	07.09.2023	M12	39	203	Продажа
1973	1972	07.09.2023	M12	40	214	Продажа
1995	1994	07.09.2023	M13	38	301	Продажа
1996	1995	07.09.2023	M13	39	357	Продажа
1997	1996	07.09.2023	M13	40	268	Продажа
4131	4130	14.09.2023	M12	38	281	Продажа
4132	4131	14.09.2023	M12	39	292	Продажа
4133	4132	14.09.2023	M12	40	203	Продажа
4155	4154	14.09.2023	M13	38	302	Продажа
4156	4155	14.09.2023	M13	39	301	Продажа
4157	4156	14.09.2023	M13	40	357	Продажа
6291	6290	22.09.2023	M12	38	292	Продажа
6292	6291	22.09.2023	M12	39	203	Продажа
6293	6292	22.09.2023	M12	40	214	Продажа
6315	6314	22.09.2023	M13	38	301	Продажа
6316	6315	22.09.2023	M13	39	357	Продажа
6317	6316	22.09.2023	M13	40	268	Продажа

4. Эту сумму умножим на 0.3, потому что в одной упаковке 300 мл = 0.3 литра. Получим 1501,8. В ответ просят целое число, отбрасываем десятичную часть.

Задание №2

В файле 3.ods приведён фрагмент базы данных «Кондитерские изделия» о поставках конфет и печенья в магазины районов города. База данных состоит из трёх таблиц.
Таблица «Движение товаров» содержит записи о поставках товаров в магазины в течение первой половины июня 2023 г., а также информацию о проданных товарах. Поле Тип операции содержит значение Поступление или Продажа, а в соответствующее поле Количество упаковок, шт внесена информация о том, сколько упаковок товара поступило в магазин или было продано в течение дня. Заголовок таблицы имеет следующий вид.

ID операции	Дата	ID магазина	Артикул	Количество упаковок, шт	Тип операции

Таблица «Товар» содержит информацию об основных характеристиках каждого товара. Заголовок таблицы имеет следующий вид.

Артикул	Отдел	Наименование товара	Единица измерения	Количество в упаковке	Цена за упаковку

Таблица «Магазин» содержит информацию о местонахождении магазинов. Заголовок таблицы имеет следующий вид.

ID магазина	Район	Адрес

На рисунке приведена схема указанной базы данных.

Используя информацию из приведенной базы данных, определите общую сумму выручки от продажи всех видов шоколадных конфет (измеряющихся в граммах), полученных магазинами Заречного района за период с 1 по 9 июня включительно. В ответ запишите число – найденную сумму выручки в рублях.

Верные варианты

251655

Решение

Сообщить об ошибке

Для начала перейдем на лист "Магазин" и с помощью фильтра оставим только магазины Заречного района. Остались магазины М3, М9, М11, М14, М17. На листе "Движение товаров" отфильтровываем эти ID магазинов.
На листе "Товар" отфильтруем товары по наименованию Мармелад. Остались артикулы 34, 35, 36. На листе "Движение товаров" отфильтровываем эти артикулы.
Теперь на листе "Движение товаров" оставляем фильтр по дате с 1 по 9 июня включительно. Тип операции оставляем только Продажа.
В пустом столбце для отображения цены за упаковку используем формулу =ВПР(D1569;$Товар.A:F;6;0) и растянем ее по всему столбцу. А затем вычислим стоимость, умножив цену за упаковку на количество упаковок построчно: =G1569*E1569. Также растянем формулу на весь столбец.
Выделим последний столбец со стоимостью и получим общую выручку, равную 251655.

INSANEK.RU

Задание №3

В файле приведён фрагмент базы данных «Продукты», содержащей информацию о поставках товаров и их продаже. База данных состоит из трёх таблиц. Таблица «Движение товаров» содержит записи о поставках товаров в магазины города в первой декаде июня 2021 г. и о продаже товаров в этот же период. Таблица «Товар» содержит данные о товарах. Таблица «Магазин» содержит адреса магазинов.
На рисунке приведена схема указанной базы данных.

Используя информацию из приведённой базы данных, определите общую выручку от продажи всех видов сахара в магазинах Заречного района в период с 1 июня по 8 июня.
В ответе запишите целое число — найденную общую стоимость в рублях.

Верные варианты

33620

Решение

Сообщить об ошибке

1. Для решения данной задачи воспользуемся фильтрами. Для даты установим значения с 1 по 8 июня, для магазинов М3, М9, М11, М14 для товара 28, 29, 30.
2. В типе операции установим фильтр Продажа. Просуммируем результаты и запишем ответ.

Задание №4

В файле приведён фрагмент базы данных «Продукты», содержащей информацию о поставках товаров и их продаже. База данных состоит из трёх таблиц. Таблица «Торговля» содержит записи о поставках и продажах товаров в магазинах города в июне 2021 г. Таблица «Товар» содержит данные о товарах. Таблица «Магазин» содержит данные о магазинах.
На рисунке приведена схема базы данных, содержащая все поля каждой таблицы и связи между ними.

Используя информацию из приведенной базы данных, определите магазин, продавший за месяц наибольшее количество упаковок крахмала картофельного.
В ответе запишите ID магазина — так, как он указан в базе (пример ввода правильного ответа: М1115).

Верные варианты

м28

Решение

Сообщить об ошибке

1) Переходим на лист «Товар» и находим артикул крахмала картофельного. Артикул 61.
2) Далее переходим на лист «Торговля», используем фильтр и оставляем только строки с артикулом 61 и типом операции «Продажа».
3) Далее переносим оставшиеся строки на новый лист, сортируем все строки по номеру магазина, и с помощью функции =ЕСЛИ(C1=C2;H1+F2;F2) найдем магазин, который продал наибольшее количество упаковок крахмала картофельного.

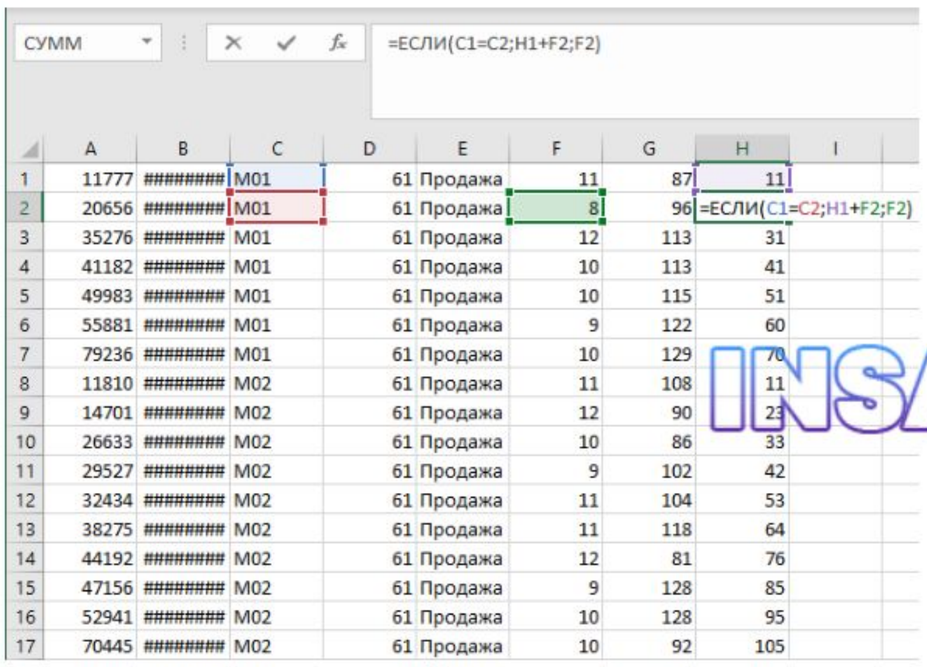

	A	B	C	D	E	F	G	H	I
1	11777	########	M01	61	Продажа	11	87	11	
2	20656	########	M01	61	Продажа	8	96	=ЕСЛИ(C1=C2;H1+F2;F2)	
3	35276	########	M01	61	Продажа	12	113	31	
4	41182	########	M01	61	Продажа	10	113	41	
5	49983	########	M01	61	Продажа	10	115	51	
6	55881	########	M01	61	Продажа	9	122	60	
7	79236	########	M01	61	Продажа	10	129	70	
8	11810	########	M02	61	Продажа	11	108	11	
9	14701	########	M02	61	Продажа	12	90	23	
10	26633	########	M02	61	Продажа	10	86	33	
11	29527	########	M02	61	Продажа	9	102	42	
12	32434	########	M02	61	Продажа	11	104	53	
13	38275	########	M02	61	Продажа	11	118	64	
14	44192	########	M02	61	Продажа	12	81	76	
15	47156	########	M02	61	Продажа	9	128	85	
16	52941	########	M02	61	Продажа	10	128	95	
17	70445	########	M02	61	Продажа	10	92	105	

INSANEK.RU

4) Выведем наибольшее значение из столбца J.

Задание №5

В файле 3_2.ods приведён фрагмент базы данных «Кондитерские изделия» о поставках конфет и печенья в магазины районов города. База данных состоит из трёх таблиц.
Таблица «Движение товаров» содержит записи о поставках товаров в магазины в течение июня 2023 г., а также информацию о проданных товарах. Поле Тип операции содержит значение Поступление или Продажа, а в соответствующее поле Количество упаковок, шт внесена информация о том, сколько упаковок товара поступило в магазин или было продано в течение дня. Заголовок таблицы имеет следующий вид.

ID операции	Дата	ID магазина	Артикул	Количество упаковок, шт	Тип операции

Таблица «Товар» содержит информацию об основных характеристиках каждого товара. Заголовок таблицы имеет следующий вид.

Артикул	Отдел	Наименование товара	Единица измерения	Количество в упаковке	Цена за упаковку

Таблица «Магазин» содержит информацию о местонахождении магазинов. Заголовок таблицы имеет следующий вид.

ID магазина	Район	Адрес

На рисунке приведена схема указанной базы данных.

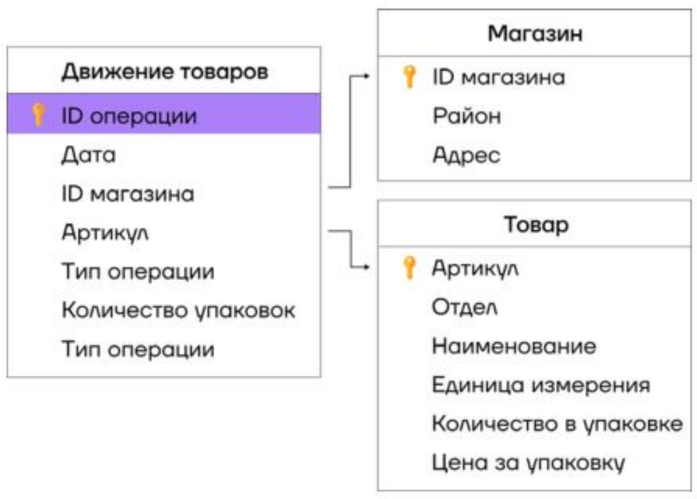

Используя информацию из приведённой базы данных, определите количество упаковок мармелада массой 500 г, проданных магазинами Заречного района за период с 5 по 15 июня включительно.
В ответе запишите только число.

Верные варианты

1560

Решение

Сообщить об ошибке

1) Найдем количество нужных товаров. Для этого при помощи фильтров в наименованиях товара выберем мармелад, в единицах измерения выберем граммы, а в количестве в упаковке выберем 500. У нас вывелось два артикула 20 и 21.

	A	B	C	D	E	F	G
1	Артикул	Отдел	Наименование товара	Ед_изм	Количество в упаковке	Цена за упаковку	
21	20	Конфеты	Мармелад лимонный	грамм	500	155	
22	21	Конфеты	Мармелад сливовый	грамм	500	149	
62							

2) На странице “Магазин” в фильтрах выберем Заречный район, нам вывелись ID магазинов: M3, M9, M11, M14, M17.

	A	B	C	D
1	ID магазин	Район	Адрес	
4	M3	Заречный	Колхозная, 11	
10	M9	Заречный	Прибрежная, 7	
12	M11	Заречный	Прибрежная, 21	
15	M14	Заречный	Элеваторная, 15	
18	M17	Заречный	Лесная, 7	

3) На странице количество в фильтрах выберем даты с 5 по 15 июня, найденные в предыдущих пунктах ID магазинов, артикулы 20 и 21, тип операции - продажа.

	A	B	C	D	E	F
1	ID операци	Дата	ID магазина	Артикул	Количество упаковок, ш	Тип операци
1569	1568	07.06.2023	M3	20	96	Продажа
1570	1569	07.06.2023	M3	21	95	Продажа
1605	1604	07.06.2023	M9	20	61	Продажа
1606	1605	07.06.2023	M9	21	63	Продажа
1641	1640	07.06.2023	M11	20	91	Продажа
1642	1641	07.06.2023	M11	21	73	Продажа
1677	1676	07.06.2023	M14	20	43	Продажа
1678	1677	07.06.2023	M14	21	48	Продажа
1713	1712	07.06.2023	M17	20	94	Продажа
1714	1713	07.06.2023	M17	21	96	Продажа
3729	3728	14.06.2023	M3	20	94	Продажа
3730	3729	14.06.2023	M3	21	96	Продажа
3765	3764	14.06.2023	M9	20	73	Продажа
3766	3765	14.06.2023	M9	21	61	Продажа
3801	3800	14.06.2023	M11	20	93	Продажа
3802	3801	14.06.2023	M11	21	91	Продажа
3837	3836	14.06.2023	M14	20	68	Продажа
3838	3837	14.06.2023	M14	21	43	Продажа
3873	3872	14.06.2023	M17	20	87	Продажа
3874	3873	14.06.2023	M17	21	94	Продажа
6482						

Движение товаров | Товар | Магазин

Готово Найдено записей: 20 из 6480 Среднее: 78 Количество: 20 Сумма: 1560

INSANEK.RU

4) Выделим количество упаковок - сумма равна 1560.

Ответ: 1560.

Задание №6

С помощью текстового редактора определите, сколько раз встречается сочетание букв «рук» или «Рук» в тексте глав IV, V, VI, VII второй части тома романа Л.Н. Толстого «Война и мир».
В ответе укажите только число.

Верные варианты

12

Решение

Сообщить об ошибке

1. Открываем текстовый редактор, находим вторую часть и выделяем в ней главы 4, 5, 6 и 7. Вырезаем эти главы, удаляем весь остальной текст, затем обратно вставляем скопированные главы.
2. С помощью комбинации CTRL + F открываем меню поиска.

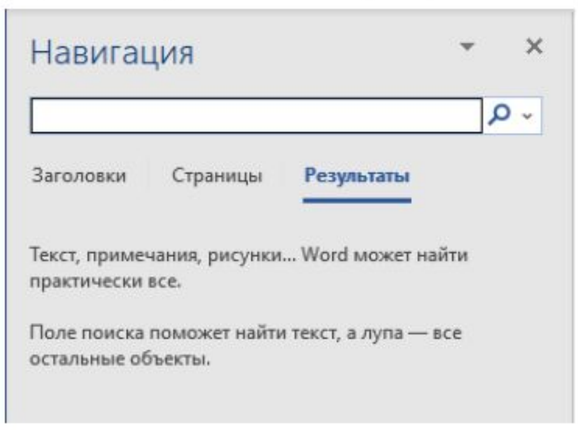

Не добавляя какие-либо параметры вписываем в поиск слово «рук». Получаем 12 слов и записываем их в ответ.

Задание №7

С помощью текстового редактора определите, сколько раз встречается слово «не» со строчной буквы в тексте IV главы повести А.И. Куприна «Поединок». Другие слова, содержащие сочетание букв «не», такие как «нет» и тд., учитывать не следует.
В ответе укажите только число.

Верные варианты

47

Решение

Сообщить об ошибке

1. Откроем файл и скопируем IV главу в новый текстовый документ.
2. Нажмем комбинацию кнопок Ctrl + F и выставим параметры поиска: только слово целиком и учитывать регистр. Пишем в поисковую строку «не» и получаем ответ.

Задание №8

INSANEK.RU

С помощью текстового редактора определите, сколько раз встречается сочетание строчных букв «гов» в тексте глав IV, V, VI и VII второй части тома 2 романа Л.Н. Толстого «Война и мир». В ответе укажите только число.
10_2.odt

Верные варианты

35

Решение

Сообщить об ошибке

Чтобы был поиск в определенных главах, нужно долистать до 2 части IV, V, VI и VII главы и выделить их и скопировать. Потом при помощи Ctrl+A выделим весь текст и удалим его. Теперь обратно вставляем нужные главы.
Открой поиск при помощи Ctrl+F. В параметрах нужно выбрать учитывать регистр и в поиске написать сочетание гов со строчной буквы.
Ответом будет 35, так как целых слов “гов” нет.
Ответ: 35

Задание №9

Определите, сколько раз в книге А. Куприна «Поединок» встречается сочетание букв «плот» не в начале и не в конце слова. Например, сочетание «плот» в слове «вплотную» надо учитывать, а в словах «плотно» и «оплот» – нет.
Ссылка на файл

Верные варианты

4

Решение

Сообщить об ошибке

Откроем файл в редакторе текста Word. С помощью комбинации Ctrl + F откроем поиск и введем словосочетание «плот». Всего получим 16 совпадений, проверим вручную каждое из них на соответствие условию, увидим, что подходит всего 4.

Решение через подстановочные знаки:

1. Откроем файл, с помощью комбинации Ctrl + F откроем поиск и в параметрах выберем «Подстановочные знаки».
2. В окно поиска введем комбинацию [!]плот[!]. Данная комбинация проверяет, что комбинация букв плот находится между любыми символами, кроме пробела.

Задание №10

Повесть А. Куприна «Поединок» состоит из двадцати трёх глав. Определите, сколько раз в пятой главе, включая заголовки, эпиграфы и сноски, встречаются слова из пяти букв, включая пятибуквенные сокращения и аббревиатуры. В этом задании части слова, разделённые дефисом, рассматриваются как отдельные слова. Например, слово «кто-то» учитывается как два отдельных слова: трёхбуквенное и двухбуквенное.
Ссылка на файл

Верные варианты

637

Решение

Сообщить об ошибке

Откроем файл в редакторе текста Word. С помощью комбинации Ctrl + F откроем поиск, нажмем на параметры, включим параметр подстановочные знаки, и введем регулярное выражение <[А-я]{5}>, чтобы найти все русские слова длиной 5. Всего получим 637 совпадений, это число запишем в ответ.

Задание №11

С помощью текстового редактора определите, сколько раз встречается сочетание букв «мол» или «Мол» в составе других слов, но не как отдельное слово, в тексте глав IX, X и XI романа И.С. Тургенева «Отцы и дети». В ответе укажите только число.
Ссылка на файл

Верные варианты

41

INSANEK.RU

Решение

Сообщить об ошибке

Сначала убираем все главы, кроме 9, 10, 11. Теперь при помощи сочетание Ctrl+F открываем поиск по текстовому документу. Не открывая параметры, пишем слово «мол», всего 46 слов. Теперь открываем параметры и выбираем параметр «Только слово целиком» . Снова пишем слово «мол», всего их будет 5. Так как нам надо сочетания букв, а не слова целиком, то из 46 вычитаем 5, нужных нам слов 41.

Уровень: "Сложный"

Задание №12

В файле 3_3.ods приведён фрагмент базы данных «Продукты» о поставках в кофейни районов города. База данных состоит из трёх таблиц. Таблица «Покупка товаров» содержит записи о поставках товаров в кофейни в течение 2023 г., а также информацию о проданных товарах. Поле Тип операции содержит значение Закупка, а в соответствующее поле Количество упаковок, шт внесена информация о том, сколько

упаковок товара поступило в кофейню.
Таблица «Товар» содержит информацию об основных характеристиках каждого товара. Таблица «Кофейня» содержит информацию о местонахождении кофеен.
Продуктовому аналитику стало интересно узнать, какая из кофеен тратит на закупку кофе больше всего средств. Учитывается весь промежуток времени, имеющийся в базе данных. В ответе напишите ID кофейни, указать необходимо только числовую часть.

Верные варианты

15

Решение

Сообщить об ошибке

1. Первым шагом узнаем под какими артикулами закупается кофе (устанавливаем фильтр по столбцу C):

Артикул	Отдел	Наименование товара	Ед. изм.	Количество в упаковке	Поставщик
46	Бакалея	Кофе растворимый	кг	0,2	"Чай-кофе-сахар"
47	Бакалея	Кофе в зернах	кг	0,5	"Чай-кофе-сахар"
48	Бакалея	Кофе молотый	кг	0,2	"Чай-кофе-сахар"

2. На листе Покупка товаров отфильтруем столбцы по нужным артикулам. После этого скопируем всю таблицу в новый лист для удобства.
3. В новом листе нужно отсортировать столбец D от А до Я, чтобы все ID кофеен шли по порядку
4. В ячейку I2 посчитаем стоимость закупки отдельно, потому что значений, на которые мы можем сослаться нет:

=F2*H2

ID кофейни	Артикул	Количество упаковок, шт.	Тип операции	Цена руб./шт.	I
41	53	160	Закупка	71	11360
41	45	193	Закупка	77	26221

5. Теперь в ячейке I3 впишем формулу и растянем ее до конца =ЕСЛИ(D3=D2;I2+(F3*H3);F3*H3)
Эта формула проверяет: если строка выше относится к такой же кофейне, тогда суммируем значения с ячейкой выше, если же кофейня другая, то считаем сумму заново для новой кофейни
6. Выделим столбец I и посмотрим на панель снизу:

Максимум: 483266

7. По поиску ctrl + F найдем это число и определим ID кофейни:

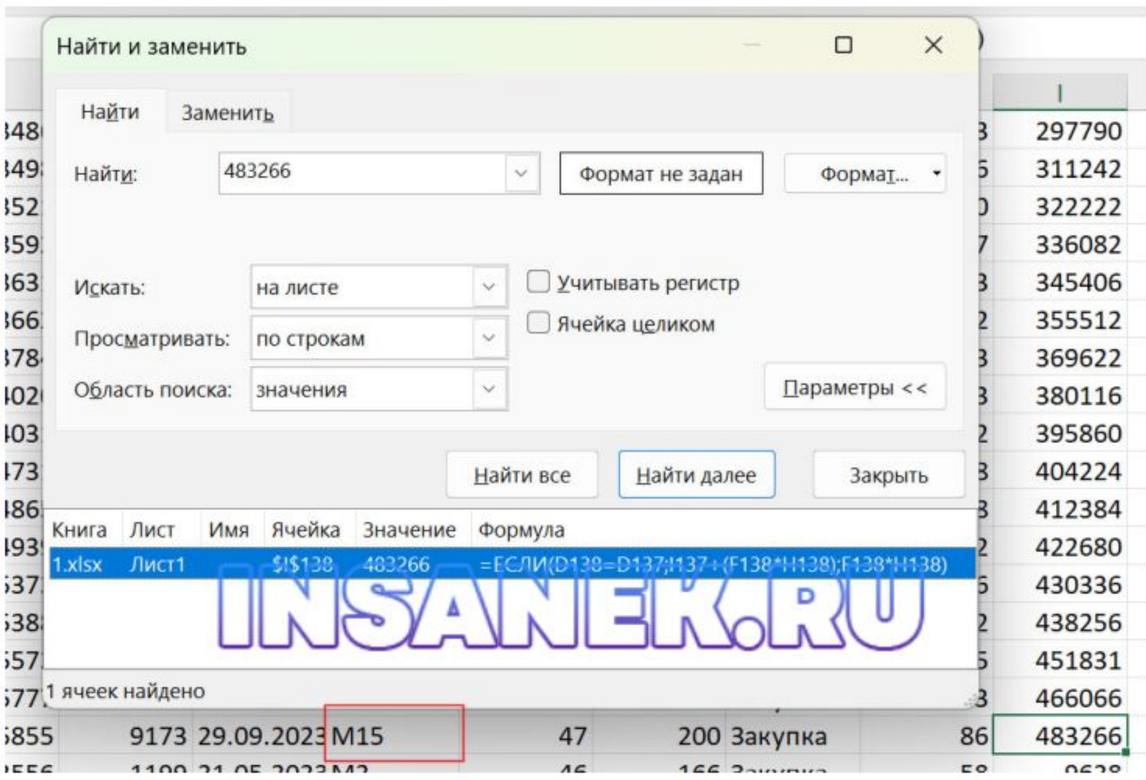

Задание №13

В файле 10.odt приведена книга Д. С. Лихачева «Письма о добром и прекрасном». Сколько писем содержат в себе хотя бы одно слово «доброта» или его формы? В ответе укажите только число.

Верные варианты

9

Решение

Сообщить об ошибке

1. В поиск вводим слово «доброт» и в разделе «Заголовки» считаем подсвеченные желтым цветом письма:

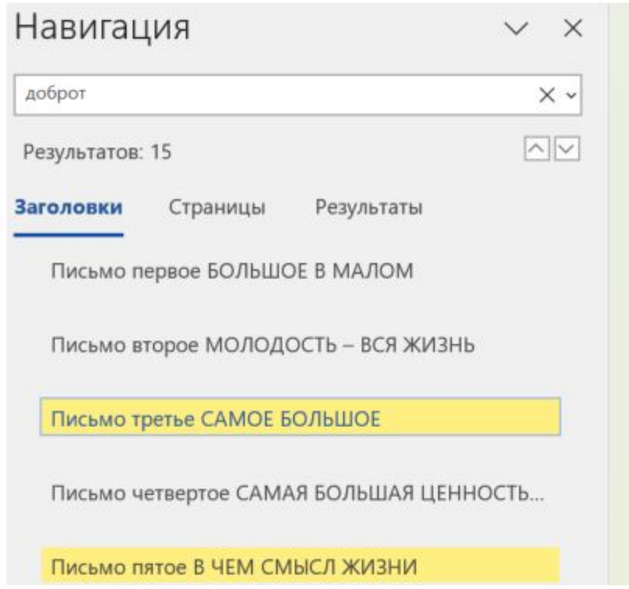

2. Перепроверяем, что все найденные слова находятся в тексте писем и вносим верный ответ.

Уровень: "Нет данных"

Задание №14

В файле приведён фрагмент базы данных «Одежда», принадлежащей предприятию по производству лёгкой одежды. База данных состоит из трёх связанных прямоугольных таблиц. Таблица «Ткани» содержит записи о видах тканей, используемых при пошиве. Заголовок таблицы имеет вид:

ID ткани	Название	Цвет	Плотность, г/м²	Сырьё	Ширина полотна, см

Таблица «Продукция» содержит информацию о моделях выпускаемой одежды. Заголовок таблицы имеет вид:

ID товара	Наименование товара	Размерный ряд	Расход материала, см	Категория потребителей

Таблица «Готовый товар» — информацию об уже произведённой фирмой одежде.
Заголовок таблицы имеет вид:

Артикул	ID товара	ID ткани	Количество на складе, шт.	Отпускная цена, руб.

На рисунке приведена схема указанной базы данных.

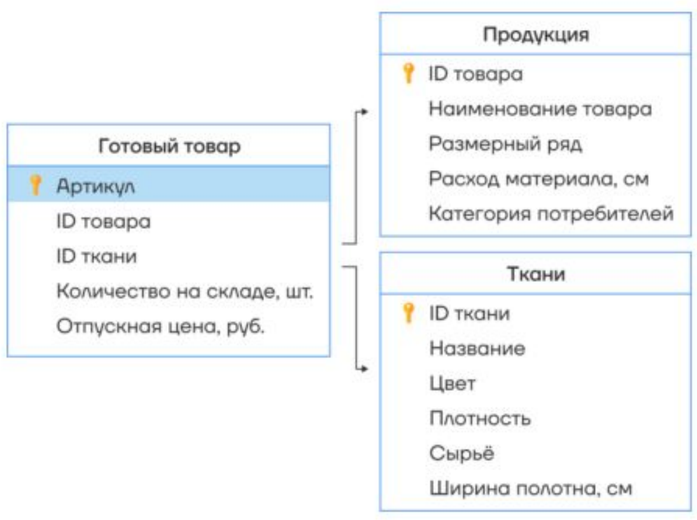

Используя информацию из приведённой базы данных, определите общую стоимость (в рублях) всех желтых платьев, произведённых на предприятии из хлопковой ткани плотностью не более 180 г/м2.
В ответе запишите только число.

Верные варианты

INSANEK.RU

689959

Решение

Сообщить об ошибке

1) С помощью фильтрации на листе «Ткани» найдем номера всех тканей желтого цвета из хлопковой ткани плотностью не более 180 г/м2. Получаем список тканей — Т12, Т36.
2) Переходим на лист «Готовый товар» и с помощью фильтрации оставим только товары, произведенные из тканей Т12 или Т36. Далее воспользуемся функцией =ВПР(В14;Продукция!A:E;2;ЛОЖЬ), чтобы вывести на экран типы продукции каждого артикула. С помощью фильтрации оставляем только платья.
3) Оставшиеся товары переносим на другой лист, у каждого товара перемножаем его количество на стоимость. Получившуюся сумму заносим в ответ.